BALOTARIO DE PREGUNTAS PARA LA EVALUACIÓN DE CONOCIMIENTOS A POSTULANTES A UNA LICENCIA DE CONDUCIR DE LA CLASE B, CATEGORÍA II-a y II-b

1.- Respecto de los dispositivos de control o regulación del tránsito:

- Los conductores y los peatones están obligados a su obediencia, salvo instrucción de la Policía Nacional del Perú asignada al tránsito que indique lo contrario.

2.- La señal vertical reglamentaria R-6 "prohibido voltear a la izquierda", significa que:

- Está prohibido voltear a la izquierda y, por lo tanto, también está prohibido el giro en U.

3.- La señal vertical reglamentaria R-3 significa que:

- El único sentido de desplazamiento es continuar de frente.

4.- En las vías, las marcas en el pavimento que son del tipo central discontinua y de color amarillo significan que:

- Está permitido cruzar al otro carril para el adelantamiento vehicular, si es que es seguro hacerlo.

5.- El color ámbar o amarillo del semáforo significa que:

- Los vehículos deben detenerse antes de ingresar a la intersección si su velocidad y ubicación lo permiten; de lo contrario, deberán cruzar y despejar la intersección.

6.- Los colores del semáforo tienen el siguiente significado: rojo:____; ámbar o amarillo:_____ ; verde:_____.

- Detención - prevención - paso.

7.- ¿Qué indica una flecha verde en un semáforo vehicular?

- Se puede continuar con precaución únicamente en la dirección de la flecha y desde el carril que esta flecha controla.

8.-La siguiente señal vertical reglamentaria R-53:

- Prohíbe al conductor detener el vehículo dentro del área de la intersección.

9.- Si llega a una intersección y visualiza el semáforo con una flecha roja hacia la izquierda y la luz circular verde prendidas al mismo tiempo, la acción correcta es:

- Avanzar, pero el giro a la izquierda está prohibido por la flecha roja.

10.- Si llega a una intersección donde el semáforo muestra una luz intermitente, qué afirmación es correcta:

- Si la luz intermitente es ámbar, tiene preferencia, debiendo reducir la velocidad y continuar con precaución.

11.- ¿La luz intermitente roja es igual que una señal de PARE?

- Verdad.

12.- Al aproximarse a una intersección con giro permitido a la izquierda, la conducta correcta es:

- Hacer la señal de volteo a la izquierda con las luces direccionales, ubicar con antelación el vehículo en el carril de circulación de la izquierda y girar con precaución.

13.- Al cambiar de carril en una vía de un solo sentido con múltiples carriles, ¿cuál es la conducta correcta?

- Se deben encender las luces direccionales primero, buscar una brecha y realizar el cambio de carril con precaución.

14.- Respecto a los cruces a nivel con vías férreas, señale la afirmación correcta:

- Los vehículos que transitan por la vía férrea tienen preferencia de paso sobre los que transitan por la vía que la cruza.

15.- Ante la señal de color rojo del semáforo y la indicación de continuar la marcha del efectivo de la Policía Nacional del Perú asignado al control del tránsito, corresponde:

- Continuar la marcha.

16.- Está prohibido estacionar un vehículo:

- Todas las alternativas son correctas.

17.- La siguiente señal vertical reglamentaria (R-29:

- Prohíbe el uso de la bocina.

18.- Se le impondrá el pago de una multa y no podrá obtener la licencia de conducir por 3 años a la persona que:

- Conduzca un vehículo automotor sin tener licencia de conducir.

19.- En el supuesto que se encuentre manejando y un vehículo que tiene la intención de sobrepasarlo o adelantarlo lo alcance, ¿qué debería hacer usted?

- No debe aumentar la velocidad hasta que el vehículo lo sobrepase.

20.- ¿Cuál de las siguientes afirmaciones es correcta?

- El conductor debe respetar los límites máximos y mínimos de velocidad establecidos.

21.- En la circulación vehicular, es correcto afirmar que:

- Los vehículos deben circular dentro de las líneas de carril, salvo cuando se realicen las maniobras que indica el Reglamento Nacional de Tránsito.

22.- En caso de accidentes, el SOAT cubre los daños que sufren:

- Los ocupantes y terceros no ocupantes del vehículo.

23.- ¿Cuál de los siguientes seguros es exigible para conducir un vehículo automotor?

- El Seguro Obligatorio de Accidentes de Tránsito - SOAT.

24.- Cuándo es obligatorio darle preferencia de paso a un vehículo de emergencia o vehículo oficial:

- Cuando emita señales audibles y visibles.

25.- Si por el carril por donde está conduciendo se aproxima a un vehículo de transporte escolar que se encuentra detenido, recogiendo o dejando escolares ¿Qué debe hacer?

- Detener el vehículo y no continuar la marcha hasta que haya culminado el ascenso o descenso de los escolares.

26.- ¿Qué significa un triángulo rojo de seguridad colocado en la calzada?

- La presencia de un vehículo inmovilizado en la vía pública por alguna circunstancia.

27.- ¿En la conducción vehicular, existe excepción a la obligación de conservar la distancia obligatoria entre vehículos?

- Si existe, y es para los cortejos fúnebres, convoyes militares y policiales y caravanas autorizadas.

28.- En intersecciones que no tienen señales de Pare, Ceda el Paso o Semáforo, ¿las vías de doble sentido tienen prioridad de paso respecto a las vías de un solo sentido de igual clasificación?

- Sí.

29.- Si usted se aproxima a una señal de PARE colocada verticalmente o pintada en la vía, la acción correcta es:

- Parar por completo, ceder el paso a los usuarios que tengan preferencia y luego continuar con precaución.

30.- ¿Cuál es la diferencia entre las señales P-2A y P-1A?

- La señal P-1A advierte la presencia de curva pronunciada a la derecha mientras que la P-2A advierte la presencia de curva suave a la derecha.

31.- ¿Qué indica la señal R-30F?

- Regula la velocidad máxima permitida en curvas.

32.- ¿Que indica la siguiente señal R-23?

- Prohibida la circulación de motocicletas.

33.- Si dos vehículos se aproximan simultáneamente a una intersección no regulada (sin señalización) procedentes de vías diferentes, ¿quién tiene preferencia de paso?

- El que se aproxime por la derecha del otro.

34.- En una intersección no regulada (sin señalización) tiene preferencia de paso:

- El vehículo que ingresó primero a la intersección.

35.- En una rotonda, tiene prioridad de paso el vehículo que:

- Circula por ella.

36.- El sobrepaso o adelantamiento de un vehículo en movimiento se efectúa, salvo excepciones, por la _____ retornando el vehículo después de la maniobra a su carril original.

- Izquierda.

37.- Si un conductor está tomando medicamentos y por ello siente sueño ¿qué debe hacer?

- Abstenerse de manejar.

38.- Son documentos que deben portarse obligatoriamente, durante la conducción del vehículo, y exhibirse cuando la autoridad competente lo solicite:

- Documento de identidad, SOAT vigente (puede ser virtual) y tarjeta de identificación vehicular.

39.- La siguiente señal indica:

- Que solo las motocicletas pueden circular por la vía o carril.

40.- Al cambiar de dirección, un conductor debe:

- Señalizar toda la maniobra hasta su culminación.

41.- ¿Está permitido conducir un vehículo con el motor en punto neutro?

- No, está prohibido.

42.- Si la licencia de conducir no se encuentra vigente, los vehículos que autoriza a conducir dicha licencia:

- No podrán ser conducidos.

43.- De acuerdo con el sistema de control de licencias de conducir por puntos:

- Determinadas infracciones suman puntos.

44.- ¿Cuál es la consecuencia de acumular 100 puntos en la licencia de conducir en un período de 24 meses?

- Suspensión de licencia de conducir.

45.- Se entiende por carril a la:

- Parte de la calzada destinada al tránsito de una fila de vehículos.

46.- Se entiende por línea de parada a:

- La línea transversal marcada en la calzada antes de la intersección, que indica al conductor el límite para detener el vehículo.

47.- La siguiente señal vertical reglamentaria P-17A, indica:

- Reducción de la calzada en ambos lados.

48.- En caso de encontrar marcación de doble línea amarilla compuesta por un trazo continuo y otro trazo discontinuo en una vía de doble sentido, ¿qué se debe hacer?

- Respetar la línea que está de su lado (si es continua, no adelantar; si es discontinua, está permitido adelantar).

49.- Se define como zona rígida al:

- Área de la vía en la que se prohíbe el estacionamiento de vehículos.

50.- La posición de frente o de espaldas ejecutada por el efectivo de la Policía Nacional del Perú asignado al control de tránsito significa:

- Obligación de detenerse de quien así lo enfrente.

51.- Siempre que no exista una señal de límite de velocidad, en zonas urbanas el límite máximo de velocidad en calles y jirones es de:

- 40 km/h.

52.- Siempre que no exista una señal de límite de velocidad, en zonas urbanas el límite máximo de velocidad en avenidas es de:

- 60 km/h.

53.- Siempre que no exista una señal de límite de velocidad en zonas urbanas, el límite máximo de velocidad en zona escolar es de:

- 30 km/h.

54.- Siempre que no exista una señal de límite de velocidad en carreteras, el límite máximo de velocidad para automóviles, camionetas y motocicletas es de:

- 100 km/h.

55.- Siempre que no exista una señal de límite de velocidad en carreteras, el límite máximo de velocidad es de:

- 100 km/h. para automóviles, camionetas y motocicletas.

56.- Siempre que no exista una señal de límite de velocidad mínima, el límite mínimo de velocidad en zona urbana y en carreteras es de:

- La mitad de la velocidad máxima establecida para cada tipo de vía.

57.- ¿Cuál es la sanción por conducir con presencia de alcohol en la sangre en proporción mayor a lo previsto en el Código Penal, o bajo los efectos de estupefacientes, narcóticos y/o alucinógenos comprobado con el examen respectivo, o por negarse al mismo y que haya participado en un accidente de tránsito?

- Multa, cancelación de la licencia de conducir e inhabilitación definitiva para obtener una licencia de conducir.

58.- ¿Cuál es la sanción si en un operativo de alcoholemia usted es intervenido y se comprueba que ha consumido alcohol por encima del límite legal, o está conduciendo bajo los efectos de estupefacientes, narcóticos y/o alucinógenos comprobada con el examen respectivo?

- Multa y suspensión de la licencia de conducir por 3 años.

59.- La frecuencia de la inspección técnica de una moto (categoría L3) y de un sidecar (categoría L4) es:

- Cada año.

60.- ¿Cuál es el plazo de vigencia del SOAT?

- 1 año.

61.- Si ocurre un accidente de tránsito, ¿qué obligación tiene el conductor, el propietario del vehículo o el prestador del servicio de transporte?

- Dar aviso a la compañía de seguros y dejar constancia en la delegación de la Policía Nacional del Perú más cercana.

62.- Si una licencia de conducir consiga alguna restricción, es correcto afirmar que:

- Es una obligación cumplir con la restricción.

63.- La señal preventiva P-33A, significa:

- Señal de proximidad de un reductor de velocidad tipo resalto.

64.- ¿Está permitido usar la bocina de su vehículo para advertir al conductor del vehículo que circula delante, que será adelantado?

- No, está prohibido.

65.- Si observa que se aproxima una ambulancia sin las luces especiales encendidas y sin sirena, es correcto afirmar que:

- No estamos obligados a darle preferencia de paso.

66.- Si se encuentra en una intersección y se enciende la luz verde del semáforo y observa que en la calle transversal hay vehículos o personas despejando la intersección, ¿qué debe hacer?

- No iniciar la marcha hasta que el vehículo o las personas terminen de cruzar.

67.- En señalética vial, el color _____ en el pavimento es utilizado para carriles de tráfico en sentido opuesto y el color _____ en el pavimento es utilizado como separador de carriles de tráfico en el mismo sentido. Amarillo - blanco.

68.- Si una fila de escolares cruza la calzada fuera del crucero peatonal, ¿qué acción se debe tomar?

- Parar y ceder el paso.

69.- Si se aproxima a una zona escolar, ¿que acción debe realizar?

- Disminuir la velocidad a 30 Km/h.

70.- Tienen el objetivo de notificar a los usuarios las limitaciones, prohibiciones o restricciones en el uso de la vía.

- Señales reguladoras o de reglamentación.

71.- Tienen el propósito de advertir a los usuarios sobre la existencia y naturaleza de un peligro en la vía.

- Señales preventivas.

72.- Es una infracción de tránsito:

- Todas las alternativas son correctas.

73.- ¿Qué debería hacer el conductor al acercarse a una señal de "CEDA EL PASO" en una intersección?

- Disminuir la velocidad, parar si es necesario y ceder el paso a los peatones o vehículos que circulan por la vía transversal.

74.- No se debe conducir un vehículo:

- Todas son correctas.

75.- ¿Qué debe hacer si se aproxima a una intersección sin semáforo y sin presencia de la Policía de Tránsito, y observa que un peatón está cruzando por el paso peatonal?

Detener el vehículo y ceder el paso al peatón.

76.- Sobre el uso del casco protector en la conducción de la motocicleta, es correcto afirmar que:

- El uso del casco es obligatorio para el conductor y el acompañante.

77.- Las motocicletas al circular por una vía deben hacerlo por el carril de____

- La derecha.

78.- Sobre el uso de la bocina del vehículo, es correcto afirmar que:

- El conductor únicamente debe utilizar la bocina para evitar situaciones peligrosas.

79.- Una línea blanca continua en el sentido longitudinal de una vía, que se coloca en el pavimento, le indica al conductor:

- Que está prohibido pasar al otro lado de la línea con algunas excepciones.

80.- ¿Cuál es el número máximo de personas que puede transportar una motocicleta?

- Es igual al número de asientos señalados en la tarjeta de identificación vehicular.

81.- La acción correcta al abastecer de combustible su vehículo, es:

- Abstenerse de fumar tanto el conductor como sus acompañantes.

82.- Si usted desea realizar una competencia de carreras entre su vehículo y otro vehículo motorizado; para ello puede utilizar:

- Un circuito de carrera, autódromo o pista de aceleración autorizado por la autoridad competente.

83.- Señale cuál de las siguientes conductas constituye una infracción al tránsito:

- Todas las alternativas son correctas.

84.- La marcas en el pavimento constituyen un elemento indispensable para la operación vehicular, pues su función es:

- Reglamentar la circulación, así como advertir y guiar a los usuarios de la vía.

85.- Las marcas en el pavimento de color _____complementan las señales informativas, como por ejemplo las zonas de estacionamiento para personas con movilidad reducida.

- Azul.

86.- La línea central de color amarillo en el pavimento es continua cuando:

- No está permitido cruzar al otro carril.

87.- Si un conductor que circula por el carril derecho de una vía se encuentra con las flechas inclinadas que se muestran en la figura, su conducta correcta es:

- Cambiarse al carril izquierdo con precaución.

88.- Si durante la conducción vehicular, un efectivo de la Policía de Tránsito le solicita al conductor someterse a una prueba de alcoholemia; la acción correcta del conductor es:

- Someterse a la prueba de alcoholemia, ya que está obligado a ello ante la solicitud del efectivo de la Policía de Tránsito.

89.- ¿Cuál de las siguientes conductas no es una infracción de tránsito?

- Detenerse totalmente en una señal de PARE cuando no hay peatones y/o vehículos circulando por la vía transversal.

90.- Si la persona conduciendo sale de su propiedad y tiene que cruzar la acera e ingresar a una vía, la conducta correcta es:

- Dar preferencia de paso a los vehículos que circulan por la vía y a los peatones que circulan por la acera.

91.- ¿Qué significa una línea continua blanca pintada entre el carril de la derecha y la berma de una carretera?

- Que no se debe conducir atravesándola, al menos que haya una situación de emergencia.

92.- En el caso representado en el siguiente gráfico ¿el vehículo rojo puede rebasar al azul?

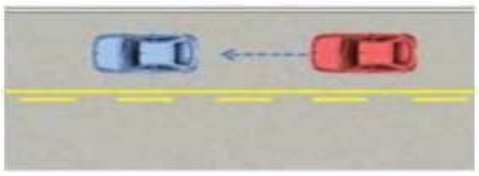

- No puede hacerlo.

93.- La siguiente señal (R-17), significa:

- Prohibida la circulación de vehículos automotores.

94.- Si usted se encuentra conduciendo su vehículo por una vía y antes de cruzar la intersección se encuentra con la señal R-4, esta le indica:

- Que está por ingresar a una vía de sentido contrario y no debe entrar.

95.- La siguiente señal (P-36), significa:

- Superficie deslizante.

96.- La siguiente señal (R-14), significa:

- Circular solo en el sentido indicado por la flecha.

97.- La siguiente señal (P-6) significa:

- La proximidad de un cruce o intersección de 2 vías al mismo nivel en ángulo recto.

98.- La siguiente señal (R-30C), significa:

- Que al salir de la vía por donde está circulando, la velocidad máxima es 50 km/h.

99.- La siguiente señal (R-5-4), significa:

- Que la intersección contempla giros tangentes a la izquierda en ambos sentidos.

100.- La siguiente señal (R-9), significa:

- Que está permitido el giro en U.

101.- La siguiente señal (R-5-2), significa:

- Que el carril por donde circula permite girar a la izquierda o seguir de frente.

102.- La siguiente señal (R-20), significa:

- Que los peatones deben circular por la izquierda.

103.- Es una conducta que se sanciona:

- Todas las anteriores.

104.- La siguiente señal (R-48), significa:

- Zona de carga y descarga.

105.- La siguiente señal (R-49), significa:

R-49

- Se debe mantener la distancia de seguridad entre vehículos.

106.- La siguiente señal (R-50), significa:

R-50

- Que si solo hay un carril no tiene preferencia el que está mirando la señal y debe darle paso al del sentido contrario.

107.- La señal (R-5-1), es:

R-5-1

- Una señal de obligación.

108.- La señal (P-3A), le indica al conductor que:

P-3A

- Hay una curva y contra-curva pronunciada a la derecha.

109.- La siguiente señal (P-5-1A), le advierte al conductor que:

P-5-1A

- Se aproxima a un camino sinuoso a la izquierda.

110.- La siguiente señal (P-61), le advierte al conductor que:

P-61

- Está circulando por una curva horizontal.

111.- La siguiente señal (P-34), le advierte al conductor que:

P-34

- Se aproxima a un badén.

112.- La siguiente señal (P-60), es:

P-60

- Una señal preventiva.

113.- La siguiente señal (P-46), indica:

P-46

- Ciclistas en la vía.

114.- La siguiente señal (P-46-A), indica:

P-46A

- Que nos aproximamos a un cruce de ciclovía.

115.- La siguiente señal (P-46B), indica:

P-46B

- La ubicación de un cruce de ciclistas.

116.- La siguiente señal (P-48), indica:

P-48

- Zona con presencia de peatones.

117.- La siguiente señal (P-48A), indica:

P-48A

- Proximidad a un cruce peatonal.

118.- La siguiente señal (P-48-B), indica:

P-48B

- Ubicación de un cruce peatonal.

119.- La siguiente señal (P-49), indica:

P-49

- Zona escolar.

120.- La siguiente señal (P-49A), indica:

P-49A

- Proximidad a un cruce escolar.

121.- La siguiente señal (P-49B), indica:

P-59

- Ubicación de un cruce escolar

122.- La siguiente señal (P-50), indica:

P-50

- Niños jugando.

123.- La siguiente señal (P-51), indica:

P-51

- Maquinaria agrícola en la vía.

124.- La siguiente señal (P-53), indica:

P-53

- Animales en la vía.

125.- La siguiente señal (P-55), indica:

P-55

- Proximidad a un semáforo.

126.- La siguiente señal (P-58), le indica:

P-58

- Que usted se aproxima a una señal de PARE.

127.- La siguiente señal (P-59), le indica:

- Que usted se aproxima a una señal de CEDA EL PASO.

128.- La siguiente señal (P-41), le indica:

P-41

- Que usted se aproxima a un túnel.

129.- La siguiente señal (P-45), indica:

P-45

- Vuelo de aviones a baja altura.

130.- La siguiente señal (P-52), le indica:

P-52

- Que se aproxima a una salida de vehículos de bomberos.

131.- La siguiente señal (P-66), le indica:

P-66

- Que se aproxima una zona donde hay ráfagas de viento lateral.

132.- La siguiente señal (P-66A), le indica:

P-66A

- Que se acerca a una zona de arenamiento en la vía.

133.- Si al conducir su vehículo se encuentra con la señal vertical que se muestra, usted debe entender que:

- En la siguiente intersección está prohibido girar a la izquierda y por lo tanto, si desea seguir esa ruta debe tomar el camino alternativo que muestra la señal.

134.- Si al conducir su vehículo se encuentra con la señal vertical que se muestra, usted debe entender que:



- Si quiere girar a la izquierda debe pasar la intersección y dar la vuelta a la manzana.

135.- La siguiente señal (I-14), significa:

I-14

- Señal de hospital.

136.- La siguiente señal (I-31), significa:

I-31

- Proximidad de un estacionamiento para emergencias.

137.- La siguiente señal (I-9), significa:

I-9

- Zona militar.

138.- La siguiente señal (I-18), se utiliza para indicar:

I-18

- Cercanía a un servicio mecánico.

139.- La siguiente señal (I-19), se utiliza para indicar:

I-19

- Cercanía a un grifo.

140.- La siguiente señal (I-20), se utiliza para indicar:

I-20

- Cercanía a una llantería.

141.- La siguiente señal (R-16A), se utiliza para indicar:

R-16A

- Fin de la restricción de prohibido adelantar.

142.- El comportamiento del conductor como usuario de la vía, debe estar orientado a:

- Todas las alternativas son correctas.

143.- Son considerados usuarios vulnerables de la vía y por tanto merecen especial protección:

- Peatones, niños, adultos mayores, personas con movilidad reducida, ciclistas.

144.- La siguiente señal (P-61), muestra:

- Delineadores de curva, que guían al conductor.

145.- El conductor está __a _____a las pruebas que le solicite el Efectivo de la Policía Nacional del Perú, asignado al control del tránsito, para determinar su estado de intoxicación por alcohol, drogas, estupefacientes u otros tóxicos

- Obligado - someterse.

146.- Ante un conductor con evidente discapacidad física, la cual no figura en el rubro de restricciones de su licencia de conducir, procede:

- Que la Policía de Tránsito intervenga a dicho conductor y que la autoridad que expidió la licencia de conducir ordene su reexaminación.

147.- Es una obligación general de tránsito que, los _____ circulen respetando los mensajes de _____ , las instrucciones de los Efectivos de la Policía de Tránsito y el mandato de las normas legales y reglamentarias correspondientes.

- Los usuarios de la vía pública - los dispositivos de control de tránsito.

148.- Marque la afirmación incorrecta:

- Las motocicletas pueden compartir un mismo carril con otro vehículo al circular.

149.- ¿Si al conducir por una avenida se encuentra con una señal en la vía que indica un límite máximo de 50 km/h, sin embargo, conforme a lo dispuesto en la norma el límite máximo de velocidad en dicha vía es de 60 km/h; usted:

- Debe obedecer la señal de velocidad instalada en la vía.

150.- Indique la conducta permitida:

- El estacionamiento de un vehículo de emergencia en un lugar no permitido, si ello fuera imprescindible.

151.- Se considera el abandono de un vehículo cuando:

- El vehículo está estacionado en un lugar permitido en la vía pública, pero sin conductor y por un tiempo mayor de 48 horas.

152.- El servicio de taxi en motos lineales _:

- No está permitido.

153.- Sobre la emisión vehicular de sustancias contaminantes, marque la opción correcta:

- Está prohibida, en un índice superior al límite máximo que permite la norma.

154.- La autoridad competente, _____ puede prohibir o restringir _____ en determinadas vías públicas.

- Cuando la situación lo justifique - la circulación o estacionamiento de vehículos.

155.- La detención de un vehículo debe efectuarse:

- En el sentido de la circulación y en el carril derecho de la vía.

156.- En caso de un accidente de tránsito con daños personales y/o materiales los participantes deben:

- Solicitar la intervención de la autoridad policial.

157.- La faculta y autoriza la circulación del vehículo por la vía pública, identifica el bien, y, por ende, al titular responsable de las acciones que deriven de su propiedad.

- Placa Única Nacional de Rodaje.

158.- ¿Después de qué tiempo de haber cometido la misma infracción se llama reincidencia y es sancionada con el doble de la multa establecida?

- 12 meses.

159.- Si a un conductor infractor le suspendieron su licencia de conducir, éste se encuentra facultado para:

- Ninguna de las alternativas es correcta.

160.- Las _____ tienen por función informar a los usuarios sobre los servicios generales existentes próximos a la vía, tales como teléfono, hospedaje, restaurante, primeros auxilios, estación de combustibles, talleres, y otros.

- Señales de servicios generales.

161.- ¿Constituye una infracción tramitar el duplicado de una licencia de conducir que se encuentra retenida?

- Si, constituye una infracción.

162.- Las marcas en el pavimento constituyen la señalización ____y se emplean para _____la circulación.

- Horizontal - reglamentar.

163.- Ciclista es a ciclovía como:

- Conductor - calzada.

164.- La siguiente señal (P-15), se utiliza para advertir al conductor:

- La proximidad de una intersección rotatoria (óvalo o rotonda).

165.- La siguiente señal (P-31A), indica:

- La proximidad del final de la vía.

166.- Es una línea transversal a la calzada, que indica al conductor que debe detener completamente el vehículo, no debiendo sobrepasar el inicio de la indicada línea:

- Línea de pare.

167.- Los semáforos son:

- Dispositivos de control del tránsito que tienen por finalidad regular y controlar el tránsito vehicular, motorizado y no motorizado, y el peatonal, a través de las indicaciones de las luces respectivas.

168.- La conducción requiere un alto nivel de atención, pues existen distracciones que pueden ocasionar accidentes de tránsito, como, por ejemplo:

- Todas las alternativas son correctas.

169.- ¿Influye la somnolencia en la capacidad de conducir?

- Si, pues el conductor tomará decisiones lentas que lo inducirán a cometer errores.

170.- ¿Cuál es la acción correcta del conductor, según las normas de tránsito, en la situación que plantea el siguiente gráfico?

- Dar preferencia de paso al peatón para que cruce la calzada.

171.- ¿En cuál de las siguientes opciones, los factores mencionados contribuyen a una colisión vehicular?

- Pavimento húmedo, neumáticos desgastados, cansancio.

172.- La _____es la parte de una carretera o camino contigua a la calzada, no habilitada para la circulación de vehículos y destinada eventualmente a la detención de vehículos en emergencia y circulación de peatones.

- Berma.

173.- Es una parte de la vía destinada a la circulación de vehículos y eventualmente al cruce de peatones y animales.

- La calzada.

174.- Es una parte de la vía destinada al uso de peatones

- La acera.

175.- Son señales que regulan el tránsito:

- Las señales verticales y las marcas en la calzada o señales horizontales.

176.- El conductor que en una vía urbana va a girar a la izquierda, a la derecha o en "U" debe hacer la señal respectiva con la luz direccional, por lo menos:

- 20 metros antes de realizar la maniobra.

177.- Si usted está conduciendo por una carretera y va girar a la izquierda, debe realizar la señal respectiva con la luz direccional por lo menos:

- 30 metros antes de realizar la maniobra.

178.- ¿La licencia de la Clase B, permite conducir autos?

- No.

179.- El siguiente gráfico muestra:

- Señalización de tránsito vertical y horizontal en una zona escolar.

180.- Las ____canalizadoras, tiene por función conformar las islas canalizadoras del tránsito automotor en una ___ _____.

- Líneas - intersección.

181.- Si al conducir en una intersección se encuentra con las siguientes marcas en el pavimento (malla ortogonal de color amarillo), significa:

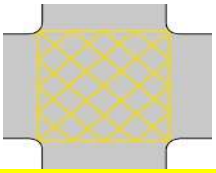

- Que no puede detener el vehículo dentro del área de intersección.

182.- De acuerdo al siguiente gráfico, es correcto afirmar que:

- La zona de no adelantar inicia con las líneas amarillas continuas.

183.- Cuál de las siguientes alternativas, no es una infracción de tránsito:

- Detenerse en luz verde, para ceder el paso a un peatón.

184.- Existe infracción al tránsito cuya sanción sea nunca más obtener una licencia de conducir?

- Si existe, y una de ellas es por conducir con presencia de alcohol en mayor grado al permitido y participar en un accidente de tránsito.

185.- Los _____y las _____requieren un carril completo para circular con seguridad.

- Todas las anteriores.

186.- El conductor de un vehículo debe reducir la velocidad, siempre que se encuentre en los siguientes casos:

- En intersecciones, curvas, túneles, puentes.

187.- El pasajero de una motocicleta debe saber:

- Todas las anteriores.

188.- En la relación "conductores de vehículos menores" (por ejemplo, una motocicleta) y "conductores de vehículos mayores" (por ejemplo un auto sedan), la afirmación correcta es:

- Los conductores de vehículos menores tienen las obligaciones y derechos aplicables a los conductores de vehículos mayores, excepto aquellos que por su naturaleza no les son aplicables.

189.- Antes de iniciar la conducción de una motocicleta, el conductor debe:

- Todas las alternativas son correctas.

190.- El equipo de protección más importante al conducir una motocicleta, es:

- Casco.

191.- La posición correcta del motociclista en la conducción es:

- Las alternativas b y c son correctas.

192.- La siguiente afirmación: "el motociclista que se encuentra conduciendo en un carril, no debe permitir que otros vehículos intenten forzarlo a moverse hacia un costado del mismo", es:

- Verdadera.

193.- La agilidad de la moto _____debe ser _____para ir en _____entre vehículos:

- Nunca - aprovechada - zig zag.

194.- La conducción eficiente, tiene como beneficio:

- Cuidado del medioambiente, ahorro de combustible o energía.

195.- La siguiente señal de autorización, le indica que:

- Permite el giro a la izquierda en una intersección con semáforo en luz roja.

196.- Es una técnica de conducción eficiente, y por tanto permite la reducción del consumo de combustible, así como de la contaminación ambiental:

- Las alternativas a y b son correctas.

197.- La posición correcta de los pies al conducir una motocicleta es:

- Colocar de manera recta el arco de los pies en los apoyapiés.

198.- Para un frenado seguro de la motocicleta (en un frenado usual como, al entrar a una curva, al llegar a una intersección, etc.), se debe utilizar:

- El freno delantero y el freno posterior.

199.- Al realizar el cambio de carril, la conducta correcta es:

- Las alternativas a y c son correctas.

200.- Mientras se conduce para alcanzar la velocidad deseada, la aceleración debe ser:

- Progresiva.